초졸

2025년도 제 2 회 초등학교 졸업학력 검정고시

제 ② 교시 수 학

1. 다음 밑줄 친 숫자 2가 나타내는 값은?

457<u>2</u>61

① 2 ② 20 ③ 200 ④ 2000

2. 둔각삼각형인 것만을 <보기>에서 모두 고른 것은?

<보기>

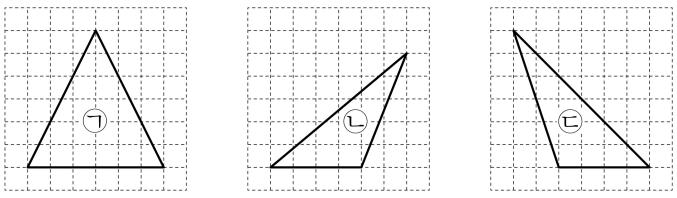

① ㉠ ② ㉡
③ ㉠, ㉢ ④ ㉡, ㉢

3. 그림의 모양을 시계 방향으로 180°만큼 돌린 것은?

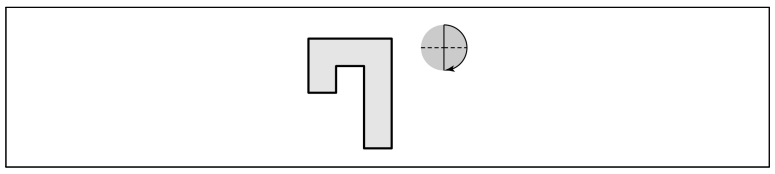

① 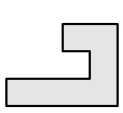 ② 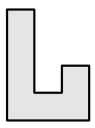 ③  ④ 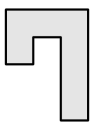

4. 다음은 어느 반 학생들이 좋아하는 운동을 조사하여 막대 그래프로 나타낸 것이다. 이 그래프에서 알 수 있는 사실로 옳은 것은?

학생들이 좋아하는 운동

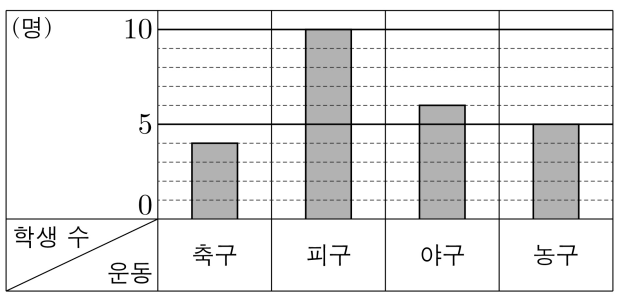

① 농구를 좋아하는 학생이 가장 적다.
② 축구를 좋아하는 학생의 수는 2명이다.
③ 야구를 좋아하는 학생의 수는 8명이다.
④ 가장 많은 학생이 좋아하는 운동은 피구이다.

5. 다음 식을 계산한 값은?

$11+10\div(3+2)-1$

① 12 ② 14 ③ 16 ④ 18

6. 밀가루 $\frac{1}{3}$kg과 쌀가루 $\frac{1}{2}$kg이 있다. 이 밀가루와 쌀가루의 무게의 합은?

① $\frac{1}{6}$kg ② $\frac{2}{6}$kg ③ $\frac{4}{6}$kg ④ $\frac{5}{6}$kg

7. 다음 중 ㉠에 알맞은 수는?

$\frac{2}{10} > \boxed{㉠}$

① 0.1 ② 0.3 ③ 0.5 ④ 0.7

8. $\frac{3}{4}\div 3$을 계산한 값은?

① $\frac{1}{4}$ ② $\frac{2}{4}$ ③ $\frac{3}{4}$ ④ $\frac{4}{4}$

9. 그림은 선대칭도형이다. 다음 중 이 도형의 대칭축으로 옳은 것은?

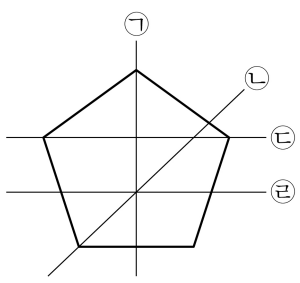

① ㉠
② ㉡
③ ㉢
④ ㉣

10. <보기>의 도형과 합동인 것은?

<보기>

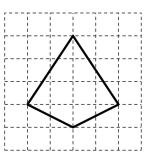

① 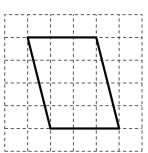 ② 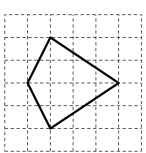 ③ 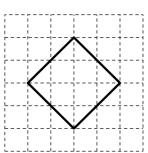 ④ 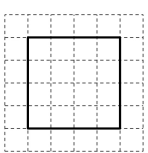

11. 다음 중 육각기둥의 전개도는?

① 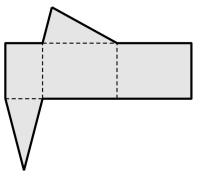

② 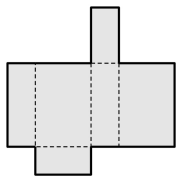

③ 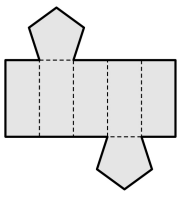

④ 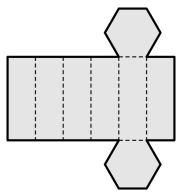

12. 그림은 6개의 쌓기나무로 만든 모양이다. 앞에서 본 모양으로 알맞은 것은?

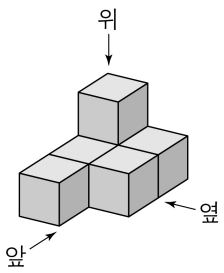

① 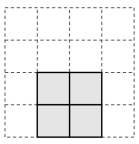

② 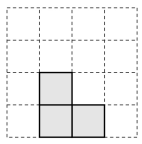

③ 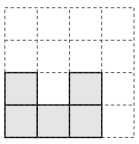

④ 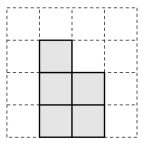

13. 표는 사람의 수와 연필의 수 사이의 대응 관계를 나타낸 것이다. ㉠에 알맞은 수는?

사람의 수(명)	1	2	3	4	5	…
연필의 수(개)	5	10	㉠	20	25	…

① 13　② 14　③ 15　④ 16

14. 다음 비례식에서 ㉠에 알맞은 수는?

$$2:5=\boxed{㉠}:15$$

① 3　② 4　③ 5　④ 6

15. 다음에서 직사각형의 넓이가 가장 작은 것은?

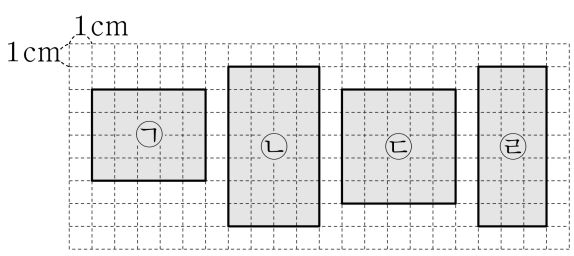

① ㉠　② ㉡　③ ㉢　④ ㉣

16. 다음 두 동전 모형의 공통된 특징으로 알맞은 것은?

① 넓이가 같다.　② 원주가 같다.
③ 원주율이 같다.　④ 지름의 길이가 같다.

17. 그림은 부피가 $80\,cm^3$인 직육면체이다. ㉠의 길이는?

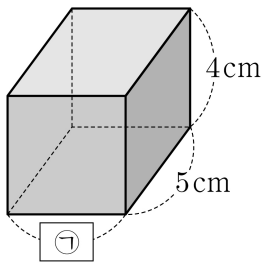

① 4 cm
② 5 cm
③ 6 cm
④ 7 cm

18. 다음은 어느 씨름 대회의 금강급 몸무게를 나타낸 것이다. 이 몸무게의 범위를 수직선에 바르게 나타낸 것은?

금강급 : 80 kg 초과 90 kg 이하

① 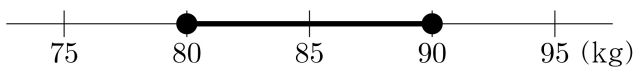

② 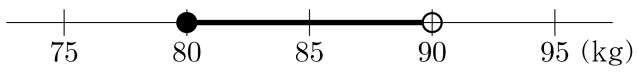

③ 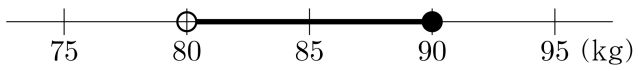

④ 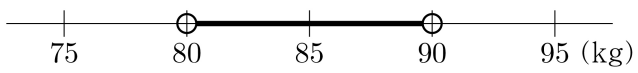

19. 표는 학생 4명의 제기차기 기록을 나타낸 것이다. ㉠에 알맞은 수는?

<제기차기 기록>

학생	가영	나영	다영	라영	합계	평균
기록(개)	7	4	6	3	20	㉠

① 4　② 5　③ 6　④ 7

20. 다음은 어느 학년 학생들이 읽고 싶어 하는 책의 종류를 조사하여 원그래프로 나타낸 것이다. 가장 읽고 싶어 하는 책의 종류는?

학생들이 읽고 싶어 하는 책의 종류

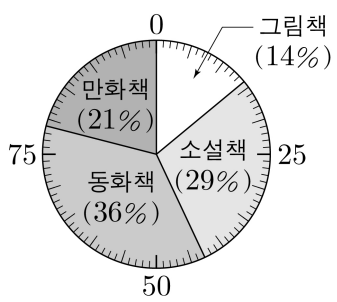

① 그림책
② 동화책
③ 만화책
④ 소설책